Chapitre

Pourcentages et évolutions 1

1.1 Taux d'évolution et coefficient multiplicateur

Définition 1.1 — Le P%. désigne P centièmes$=\dfrac{P}{100}$.

Définition 1.2 — U de V. désigne $U \times V$.

Démonstration. L'évolution de taux TE appliquée à X donne $X + TE \times X = (1 + TE)X$. ■

Définition 1.3 — taux d'évolution et coefficient multiplicateur. Une évolution de taux TE correspond à un multiplication par $CM = 1 + TE$

$$\text{coefficient multiplicateur} = 1 + \text{taux d'évolution}$$

Journalistes	**TE**	**CM**$= 1 + TE$
augmentation de 12%	12% =0,12	$CM = 1{,}12$
diminution de 12%	$-12\% = -0{,}12$	0,88
pas de changement	0	1

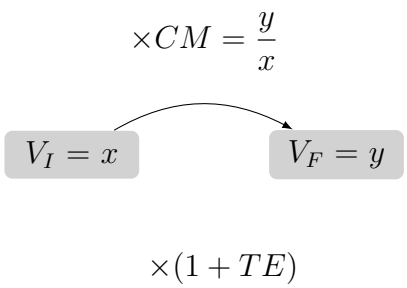

Figure 1.1 – Evolution, CM et TE

Proposition 1.1 Dans une évolution $V_I \mapsto V_F$ on a :

$$V_F = CM \times V_I \qquad V_F = (1 + TE) \times V_I$$

$$CM = \frac{V_F}{V_I} \qquad TE = CM - 1 = \frac{V_F - V_I}{V_I}$$

1.1.1 Exercices : taux d'évolution et coefficient multiplicateur

Exercice 1 Complétez.

a) Une augmentation de 3% est une évolution de taux $TE = \ldots\ldots\ldots\ldots\ldots\ldots\ldots\ldots\ldots\ldots\ldots\ldots$

Elle correspond à une multiplication par $CM = \ldots + \ldots\ldots = \ldots\ldots\ldots\ldots\ldots\ldots\ldots\ldots\ldots\ldots$

b) Une diminution de 7% est une évolution de taux $TE = - \ldots\ldots\ldots\ldots\ldots\ldots\ldots\ldots\ldots\ldots\ldots\ldots$

Elle correspond à une multiplication par $CM = \ldots + \ldots\ldots = \ldots\ldots\ldots\ldots\ldots\ldots\ldots\ldots\ldots\ldots$

c) Multiplier par $CM = 1.2$ correspond à une évolution de taux $TE = \ldots\ldots\ldots\ldots\ldots\ldots\ldots\ldots\ldots\ldots$

C'est une (augmentation/diminution) de $\ldots\ldots$ %.

d) Multiplier par $CM = 0.95$ correspond à une évolution de taux $TE = \ldots\ldots - \ldots\ldots = \ldots\ldots\ldots\ldots$

C'est une (augmentation/diminution) de $\ldots\ldots$ %.

e) Une évolution de 1.50 e à 1.86 e correspond à une multiplication par $CM = \frac{\square}{\square} = \square$. C'est une évolution de taux $TE = \square - 1 = \square$%.

f) Une évolution de 40 e à 24 e correspond à une multiplication par $CM = \frac{\square}{\square} = \square$. C'est une évolution de taux $TE = \square - 1 = \square$%.

g) Une évolution de 320 € à 288 € est de taux $TE = \frac{\square - \square}{\square} = \square = \square$%.

h) Une évolution de 90 € à 100 € est de taux $TE = \frac{\square - \square}{\square} = \square = \square$%.

Les exercices suivants illustrent des formulations de problèmes d'évolutions.

Exercice 2

Prix initial est de 80 €. Après augmentation le prix est de 125 €.
Quel est le taux d'augmentation ?

$$V_I = \xrightarrow{\times CM =} V_F =$$

$TE =$

$\nearrow$ de

Exercice 3

Le prix initial est de 16 €.
Après réduction le prix est de 12.5 €.
Donner le taux de diminution

$$V_I = \xrightarrow{\times CM =} V_F =$$

$TE =$

$\nearrow$ de

Exercice 4

Le montant de la redevance audiovisuel en France est passé de 114.49 € en 2001 à 123 € en 2011.
Quel est le taux d'évolution de cette taxe de 2001 à 2011 ?

$\times CM =$

$V_I =$ $V_F =$

$TE =$

Exercice 5

Le prix initial de 60 € subit une augmentation de 35%.
Sans calculer le montant de l'augmentation retrouver le prix final ?

$\times CM =$

$V_I =$ $V_F =$

$TE =$

Exercice 6

Le prix initial de 35 € subit une diminution de 60%.
Sans calculer le montant de l'augmentation retrouver le prix final ?

$\times CM =$

$V_I =$ $V_F =$

$TE =$

Exercice 7

En appliquant une augmentation de 12.5% du prix initial, le prix augmente de 15 €.

a) Donner une équation vérifiée par le prix initial. .....

b) Quel est le prix initial. .....

$\times CM =$

$V_I =$ $V_F =$

$TE =$

Exercice 8

Après augmentation de 12.5%, le prix final est de 45 €.

a) Donner une équation vérifiée par le prix initial. .....

b) Quel est le prix initial. .....

$\times CM =$

$V_I =$ $V_F =$

$TE =$

Exercice 9

Après diminution de 12.5%, le prix final est de 80.5 €.
Quel était le prix initial ?

$\times CM =$

$V_I =$ $V_F =$

$TE =$

Exercice 10

En appliquant une diminution de 15%, le prix final est 100 €.
Quel est le montant de la diminution ?

$\times CM =$

$V_I =$ $V_F =$

$TE =$

Exercice 11

Le prix d'un appareil ménager a augmenté de 15 % en 2 ans. Il coûte maintenant 460 €.
Quel est montant de l'augmentation en deux ans ?

$\times CM =$

$V_I =$ $V_F =$

$TE =$

Exercice 12

Les prix des aliments ont diminué de 20%. Un aliment coûte maintenant 240. Quel est le montant de la diminution?

$\times CM =$

$V_I =$ $V_F =$

$TE =$

Dans un plan d'épargne, les intérêts sont dit **simples** lorsqu'ils sont calculés chaque année sur la base de la **somme placée au départ**.

Dans un plan d'épargne, les intérêts sont dit **composés** lorsqu'ils sont calculés chaque année sur la base de la **somme totale accumulée l'année précédente**. De manière générale, les gains ou pertes d'un placement sont exprimés en pourcentage par rapport à l'année écoulée.

■ **Exemple 1.2**

Un placement 200 € en intérêts **simples** de 3%, rapporte $3\% \times 200$ chaque année.
Au terme de 5 ans, la somme épargnée est

$$200 + 5 \times 0.03 \times 200 = 200 \times 1.15$$

Le montant de départ est multiplié par $CM_{\text{global}} \approx 1.15$, soit une augmentation globale $TE_{\text{global}} = 15\%$.

Un placement 200 € en intérêts **composés** de 3%, augmente de 3% chaque année. Le placement est multiplié par 1.03 chaque année.
Au terme de 5 ans, la somme épargnée est

$$200 \times 1.03^5 \approx 200 \times 1.159$$

Le montant de départ est multiplié par $CM_{\text{global}} \approx 1.159$, soit une augmentationglobale $TE_{\text{global}} \approx 16\%$.

Exercice 13 Complétez le tableau.

Placement initial	taux d'intêret	nombre d'années	Calcul	Montant final
2000 €	5% composés	6	$2000 \times 1.05^{\cdots}$	
4000 €	2% composés	8		
3500 €	6% composés	10		
10000 €	1% composés	11		
			5000×1.07^{14}	
			600×1.1^8	
4000 €	2% simples	5		

Exercice 14 Entourez les bonnes réponses.

	Réponse A	Réponse B	Réponse C
1/ Un placement de 1000 € se déprécie de 7% par an. Le montant après 5 ans est ...	$1000 \times 0.07 \times 5$	1000×0.07^5	1000×0.93^5
2/ Un placement de 100 € rapporte 8% d'intérêts composés par an. Le montant après 10 ans est ...	$100 \times 1.8 \times 10$	100×1.08^{10}	100×0.8^{10}
3/ Un placement de 100 € rapporte 3.5% d'intérêts composés par an. Le montant après 2 ans est ...	100×0.07	100×1.07^2	107.1225
4/ Un placement de 1000 € se déprécie de 9% par an. Le montant après 10 ans est ...	1000×0.91^{10}	1000×0.9^{10}	1000×1.09^{10}
5/ Un placement de 5000 € se déprécie de 12% par an. Le montant après 6 ans est ...	5000×0.12^6	1000×0.88^6	$1000(1 - 6 \times 0.12)$

Exercice 15

Quark souhaite investir 10000 € sur 10 ans. Le placement A rapporte 4% taux d'intérêts simples. Le placement B rapporte 3.5% d'intérêts composés.

Quel placement est le plus avantageux ? Montrer les calculs.

Exercice 16

Une banque propose un placement à intérêts composés. La première année est à 7%, et les suivantes sont à 5%.

Quelle est l'augmentation globale d'un placement après 3 années ?

Exercice 17

Un placement de 1000 € sur 10 ans se déprécie de 4% par an. Calculer le taux de diminution globale sur 10 ans.

Exercice 18 — bilan. Compléter le tableau (Variation absolue = Prix final - Prix initial).

Augmentation/diminution	taux d'évolution	Coefficient Multiplicateur	Prix initial	Prix final	Variation absolue
	+100%		98.40 €		
	+160%		196.80 €		
	+20%		60 €		
	-20%		72 €		
			72 €	54 €	
Augmentation de 50%				54 €	
Diminution de 50%				54 €	
	+20%			54 €	
	-20%			54 €	
			54 €		+54 €
		×0,7	40 €		
				108 €	−27 €
		×1,3		91 €	
			96 €	108 €	
	+1,25%		96 €		
	+25%			98.40 €	
		×1,007	130 €		
			98.40 €		−19.68 €
	+42%		17 €		

1.2 Evolutions successives

Théorème 1.3 — Évolutions successives. Plusieurs évolutions successives vont avoir le même effet qu'une seule dont le **CM global est le produit des CM des évolutions intermédiaires qui la composent**.

Théorème 1.4 — Évolutions successives de même TE. Pour une succession de n évolutions de même TE, le taux d'évolution global est donné par :

$$CM_{\text{global}} = (CM)^n$$
$$1 + TE_{\text{global}} = (1 + TE)^n$$

Théorème 1.5 — Cas de 2 évolutions successives.

$$CM_{\text{global}} = CM_1 \times CM_2 \tag{1.1}$$
$$1 + TE_{\text{global}} = (1 + TE_1) \times (1 + TE_2) \tag{1.2}$$

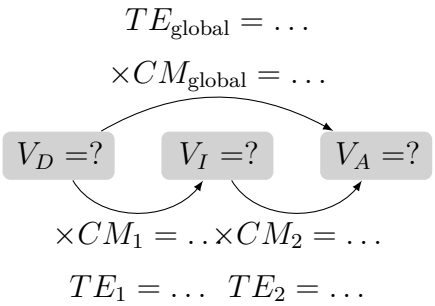

Figure 1.2 – Pour deux évolutions successives de CM 3 et 7, vont avoir le même effet qu'une seule dont le CM est 3×7.

1.2.1 Taux d'évolutions moyens

Définition 1.4 — CM et TE moyens. Deux évolutions successives de taux d'évolutions TE_1 et TE_2.

On appelle **coefficient multiplicateur moyen** et **taux d'évolution moyen** les nombres :

$$CM^2_{\text{moyen}} = CM_1 \times CM_2$$
$$\left(1 + TE_{\text{moyen}}\right)^2 = (1 + TE_1) \times (1 + TE_2)$$

Donc 2 évolutions successives de même taux TE_{moyen} conduisent à une même évolution globale que les deux évolutions successives de TE_1 et TE_2.

Proposition 1.6 — Cas de 3 évolutions successives.

$$CM_{\text{global}} = CM_1 \times CM_2 \times CM_3 \tag{1.3}$$
$$1 + TE_{\text{global}} = (1 + TE_1) \times (1 + TE_2) \times (1 + TE_3) \tag{1.4}$$
$$\left(1 + TE_{\text{moyen}}\right)^3 = (1 + TE_1) \times (1 + TE_2) \times (1 + TE_3) \tag{1.5}$$

1.2.2 Taux d'évolution réciproque

Définition 1.5 — Évolution réciproque. de l'évolution $V_D \mapsto V_A$ est l'évolution $V_A \mapsto V_D$.

Les CM multiplicateurs sont inverses l'un de l'autre. Les formules

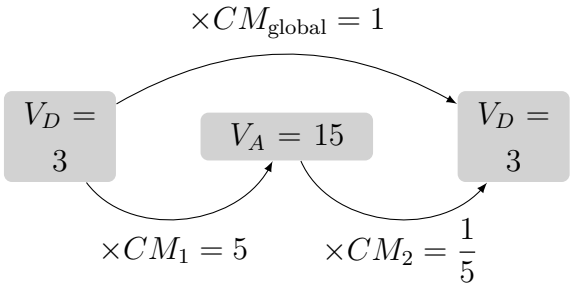

Figure 1.3 – L'évolution $3 \mapsto 15$ et l'évolution $15 \mapsto 3$ sont réciproques.

1.1 et 1.2 donnent :

$$1 = CM \times CM_{\text{reciproque}} \tag{1.6}$$

$$1 = (1 + TE) \times (1 + TE_{\text{reciproque}}) \tag{1.7}$$

1.2.3 Exercices évolutions successives et réciproques

Exercice 1 Déterminez le taux d'évolution global associé à la succession d'évolutions :

1) augmentation de 8%, suivie d'une augmentation de 10%

$$CM_{\text{global}} = CM_1 \times CM_2$$

$$1 + TE_{\text{global}} = (1 + TE_1)(1 + TE_2)$$

$$1 + TE_{\text{global}} = \ldots\ldots\ldots \times \ldots\ldots\ldots = \ldots\ldots$$

$$TE_{\text{global}} = \ldots\ldots\ldots - 1 =$$

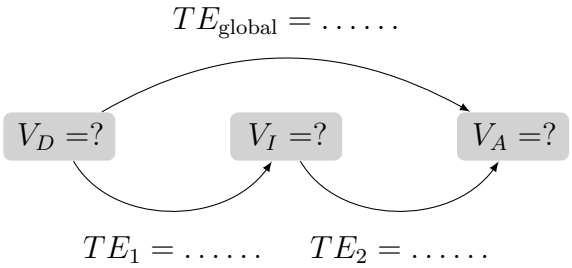

L'évolution globale correspond à une ..... de .....%.

2) augmentation de 10% suivie d'une augmentation de 5%

$$1 + TE_{\text{global}} = (1 + TE_1)(1 + TE_2)$$

$$1 + TE_{\text{global}} = \ldots\ldots\ldots \times \ldots\ldots\ldots = \ldots\ldots$$

$$TE_{\text{global}} = \ldots\ldots\ldots - 1 =$$

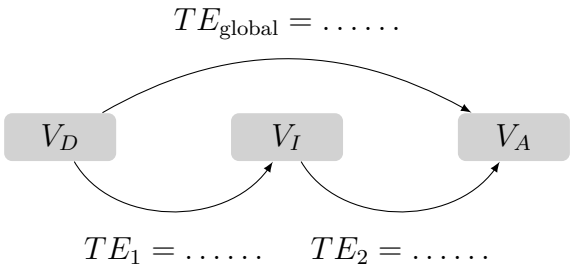

L'évolution globale correspond à une ..... de .....%

3) diminution de 30% suivie d'une diminution de 10%

$$1 + TE_{\text{global}} =$$

$$1 + TE_{\text{global}} = \ldots\ldots\ldots \times \ldots\ldots\ldots = \ldots\ldots$$

$$TE_{\text{global}} = \ldots\ldots\ldots - 1 =$$

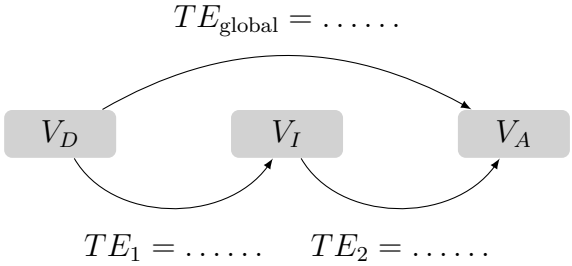

L'évolution globale correspond à une ..... de .....%

4) diminution de 40% suivie d'une diminution de 10%

$$1 + TE_{\text{global}} =$$

$$1 + TE_{\text{global}} = \ldots\ldots\ldots \times \ldots\ldots\ldots = \ldots\ldots$$

$$TE_{\text{global}} = \ldots\ldots\ldots - 1 =$$

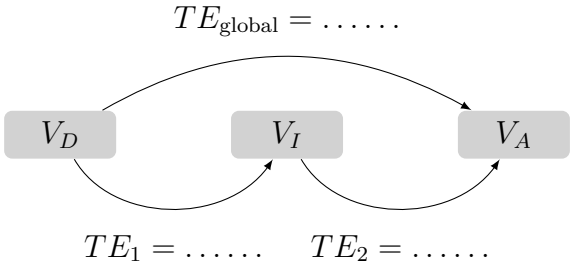

L'évolution globale correspond à une ..... de .....%

5) diminution de 25% suivie d'une diminution de 20%

$=$

$= \ldots\ldots\ldots \times \ldots\ldots\ldots = \ldots\ldots$

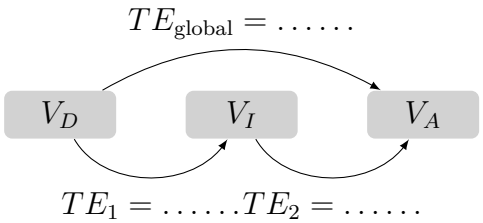

$TE_{\text{global}} = \ldots\ldots\ldots - 1 =$

L'évolution globale correspond à une ..... de .....%

6) augmentation de 25% suivie d'une diminution de 20%

$=$

$=$

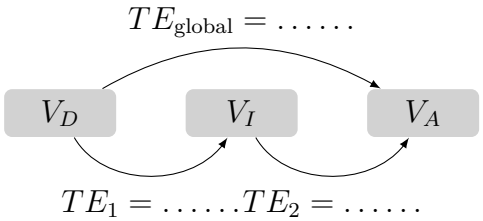

$TE_{\text{global}} =$

L'évolution globale correspond à une ..... de .....%

7) augmentation de 25% suivie d'une diminution de 25%

$=$

$=$

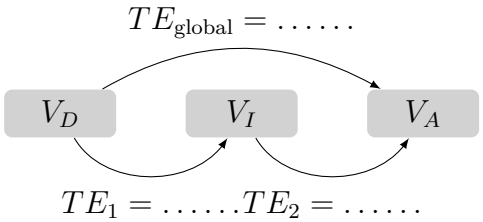

$TE_{\text{global}} =$

L'évolution globale correspond à une ..... de .....%

8) diminution de 20% suivie d'une augmentation de 25%

$=$

$=$

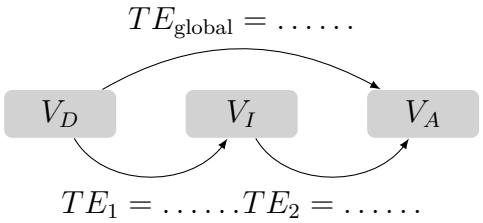

$TE_{\text{global}} =$

L'évolution globale correspond à une ..... de .....%

9) augmentation de 22% suivie d'une diminution de 15%

$=$

$=$

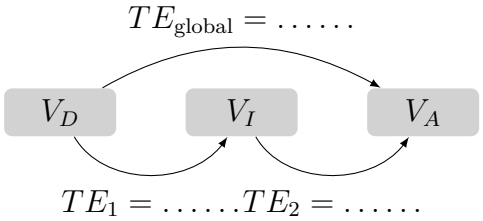

$TE_{\text{global}} =$

L'évolution globale correspond à une ..... de .....%

Exercice 2 — 3 évolutions successives. Dans chaque cas, calculer le TE global correspondants aux évolutions successives ci-dessous :

1) une diminution de 30% suivie d'une augmentation de 20% suivie d'une diminution de 10%
2) une augmentation de 12% suivie de deux baisses successives de 5%
3) trois augmentations successives de 10%.
4) trois diminutions successives de 5%.

Deux évolutions successives de taux d'évolutions TE_1 et TE_2.
On appelle **taux d'évolution moyen** le nombre vérifiant :

$$\left(1+TE_{\text{moyen}}\right)^2 = (1+TE_1)(1+TE_2)$$
$$1+TE_{\text{moyen}} = \sqrt{(1+TE_1)(1+TE_2)}$$

Donc 2 évolutions successives de même taux TE_{moyen} conduisent à une même évolution globale que les deux évolutions successives de TE_1 et TE_2.

Exercice 3

Le nombre de nouvelles inscriptions Netflix à augmenté de 21% durant le moi d'octobre, puis de 36% durant le mois de novembre. Calculer le taux évolution mensuel moyen.

Exercice 4

Le prix d'un article augmente de 20% la première année, et diminue de 4% l'année suivante. Calculer le taux d'évolution annuel moyen.

Exercice 5

Le montant d'un placement passe de 2000 € en 2020 à 2142.45 € en 2022. Calculer le taux d'évolution annuel moyen.

Le concept de taux moyen se généralise à 3 évolutions de taux TE_1, TE_2 et TE_3 à l'aide de la racine cubique :

$$\left(1+TE_{\text{moyen}}\right)^3 = (1+TE_1)(1+TE_2)(1+TE_3)$$
$$1+TE_{\text{moyen}} = \sqrt[3]{(1+TE_1)(1+TE_2)(1+TE_3)}$$

Exercice 6

La taxe d'importations de patates-douces égyptiennes a augmenté de 9,75% entre 2020 et 2022. Calculer le taux d'évolution annuel moyen de cette taxe.

Exercice 7

En Juin 2017, Farid achète une voiture pour 12000 €. En Juin 2020, sa voiture est évaluée à 8600 €.

a) Calculer le taux d'évolution annuel moyen.
b) Si la voiture se déprécie à ce même taux. Quel est la valeur de la voiture en Juin 2022 ?

Exercice 8

Une moto achetée 2300 € est revendue 3 ans plus tard à 1300 €. Calculer le taux de dépréciation annuel moyen.

■ **Exemple 1.7 — Taux d'évolution réciproque.** Pour chacune des évolutions suivantes, donner le taux d'évolution réciproque. Arrondir à 10^{-4} près si nécsssaire.

1) augmentation de 25%

$$1 = (1 + TE)(1 + TE_{\text{reciproque}})$$

$$=$$

$$=$$

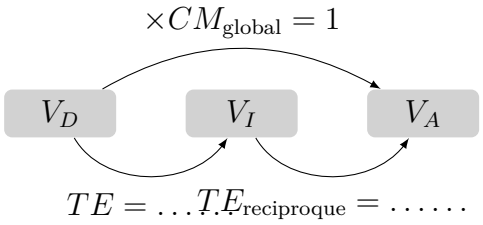

$TE_{\text{reciproque}} =$

L'évolution réciproque d'une augmentation de 25% est une .....de .....%.

2) diminution de 25%

$$1 = (1 + TE)(1 + TE_{\text{reciproque}})$$

$$=$$

$$=$$

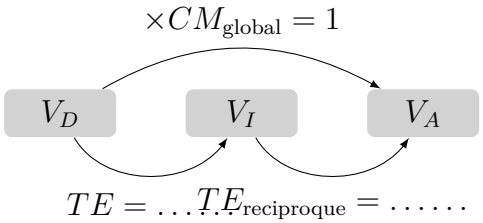

$TE_{\text{reciproque}} =$

L'évolution réciproque d'une diminution de 25% est une ..... de .....%.

Exercice 9 Même consignes

1) augmentation de 50%
2) diminution de 20%
3) diminution de 90%
4) augmentation de 300%
5) augmentation de 10%
6) diminution de 10%

Exercice 10

Le prix TTC est 20% du prix HT. Quelle évolution appliquer au prix TTC pour obtenir le prix HT ?

Exercice 11 — Indice de base 100.

Le tableau ci-dessous donne le chiffre d'affaire annuel d'une entreprise pour les années comprises entre 2015 et 2021.

Année	2015	2016	2017	2018	2019	2020	2021
Chiffre d'affaire en miliers d'euros	134	138	138.3	135.6	133.2	138.2	140.4
Indice (base 100)	97.1	100					

1) Complétez la ligne des indices sachant qu'elle est proportionnellle à celle des chiffre d'affaire.
2) Sans aucun calculs supplémentaires donner le taux d'augmentation en % qui permet de passer du chiffre d'affaire de 2016 à celui de 2021.
3) Même question avec le taux de diminution du chiffre d'affaire de 2016 à 2019.

1.3 Club de Maths : Problèmes

Exercice 1

Une augmentation de 5% suivie d'une augmentation de taux t correspond à une augmentation globale de 17,6%. Montrer que t est solution de l'équation $1{,}05(1+t) = 1{,}176$ et trouver t.

Exercice 2

Une diminution de 15 % suivie d'une diminution de taux t correspond à une diminution globale de 32 %. Trouver t.

Exercice 3 — 🌵.

Après deux augmentations successives de taux t, le prix d'un produit a globalement augmenté de 32,25%. Trouver t.

Exercice 4 — 🌵.

Après une augmentation de taux t suivie d'une baisse de taux t, le prix d'une chemise a diminué de 4%.

1) Montrer que $0{,}96 = 1 - t^2$.
2) Trouver t.

> **Vrai ou Faux ?** « une augmentation de t% suivie d'une diminution de t% est toujours une diminution ».

Problème 1

On aggrandit les côtés d'un carré de 20%, quel est le taux d'agrandissement des aires.

Problème 2

Soit un carré de côté c. On augmente deux côtés opposés d'un taux t_1, et les deux autres d'un taux t_2.

1) Exprimer l'aire du rectangle obtenu en fonction de c.
2) En déduire que le taux d'évolution de l'aire par cette transformation est $t_1 + t_2 + t_1 t_2$.
3) Si $t_1 = 25\%$ et $t_2 = -22\%$, l'aire a-t-elle augmenté ou diminué ?
4) Si $t_1 = 15\%$. Comment choisir t_2 pour que l'aire soit conservée ?

Problème 3

Deux offres sont proposées pour une bouteille de lessive : 15% de produit en plus, ou 15% de réduction sur le prix. Laquelle choisissez-vous et pourquoi ?

Problème 4

Le coût du pétrole représente 24% du coût de production de l'essence, qui représente lui-même 35% du prix de l'essence. Si le coût du pétrole augmente de 10%, et que les autres composants du prix de l'essence ne subissent aucun changement, quel sera le pourcentage d'augmentation du prix de l'essence.

Problème 5

Après une année d'entrainement, Minnie augmente sa vitesse moyenne au Marathon de Londres de 25%. Quel est le taux de diminution de son temps total ?

Problème 6

Coincée dans le trafic, Emilie's met 25% de plus que d'habitude pour arriver chez elle. Quel est le pourcentage de réduction de sa vitesse par rapport à un trajet sans embouteillage.

Problème 7

Si un tapis roulant avançait 10% plus rapidement, alors le trajet prendrait 5 s de moins. Quelle est la durée du trajet ?

indication pour le problème 4. $x =$ prix de l'essence. Quel est le coût du pétrole ? ■

indication pour le problème 7. Traduire l'énoncé en une équation utilisant l et t la longueur du tapis roulant et le temps normal de trajet. ■

Exercice 5

```
1  def mafonction(t1, t2) :
2      cm1 = 1 + t1 / 100
3      cm2 = 1 + t2 / 100
4      cmg = cm1 * cm2
5      tg = (cmg - 1) * 100
6      return tg
7
```

```
8  def cm(t) :
9      cm = ...
10     return ...
11 def reciproque(t) :
12     ...
13     ...
14     return ...
```

1) Que retourne l'instruction `mafonction(100,-29)` ?
2) Quel est l'objet de la fonction `mafonction()` ?
3) Complétez les lignes 9 et 10 afin que la fonction d'appel `cm()` et d'argument `t` retourne le coefficient multiplicateur de l'évolution de taux `t` donné en %.
4) Complétez les lignes 12, 13 et 14 afin que la fonction d'appel `reciproque()` et d'argument `t` retourne le taux reciproque de l'évolution de taux `t` donné en %.